MS Word 2019

1. Word proqramını aktiv etmək üçün hansı ardıcıllıqdan istifadə etmək lazımdır?
A) Start/Run/Ms Word
B) Start/Accessories/Microsoft Office/Microsoft Word
C) Start/Programs/Ms Office/Accessories/MS Word
D) Start/All Programs/Ms Office/Ms Word
E) Start/All Apps/MS Word

2. Word-də mətn daxilində bir sözü başqa sözlə əvəz etmək üçün hansı əmrlər ardıcıllığı yerinə yetirilir?
A) Home/Editing/Replace B) İnsert/Replace
C) View/Replace D) Page Layout/Editing
E) Home/Font/Replace

3. Sənədi xarici yaddaş qurğusunda saxlamaq üçün hansı əmrdən istifadə olunur?
A) Close B) Open C) New D) Save E) Print

4. Save əmrinin klaviaturadan qısa yolu nədir?
A) Ctrl+Alt B) Ctrl+S C) Alt+F4
D) Ctrl+N E) Ctrl+O

5. İnfo bölməsi harda yerləşir?
A) Home B) File C) Insert
D) Page Layout E) Mailings

6. Word-ün təqdim etdiyi şablonlar əsasında yeni sənəd yaradan bölmə hansıdır va harda yerləşir?
A) Home/New B) İnsert /New C) File/Save
D) File/New E) View/New

7. Mübadilə buferindəki obyektlərin sayı ən çox nə qədər ola bilər?
A) 256 B) 8 C) 1024
D) 24 E) sonsuz sayda

8. Print əmri hansı harada yerləşir?
A) Home B) File C) Mailings
D) View E) Page Layout

9. Şəkildəki alətlər hansı tab vərəqində və qrupunda yerləşir?

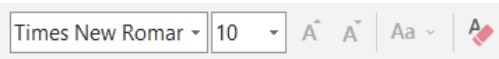

A) İnsert – Text B) Home – Paragraph
C) Page Layout – Arrange D) Home – Font
E) İnsert – Symbols

10. Mətnin formatını başqa bir mətnə köçürmək üçün istifadə olunan düymə hansıdır?
A) B) C) D) E)

11. Çap olunmayan simvolların görünməsi üçün hansı düymədən istifadə edilir?
A) B) C) D) E)

12. Şəkildəki qrup hansı tab vərəqində yerləşir?
A) Home
B) İnsert
C) Page Layout
D) References
E) View

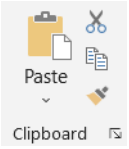

13. Ms Word 2019 proqramında sənədin adı hansı hissədə yazılır?
A) Cəld müraciət paneli B) Vəziyyət sətri
C) Miqyaslaşma bölməsində D) Başlıq sətri
E) İşçi sahə

14. Cari sənədi yeni adla yaddaşda necə saxlamaq olar?
A) File-Print Preview B) File-Save as
C) Window-New D) View-Print Layout
E) File-Save

15. Cədvəl daxilində mətnin istiqamətini hansı alətlə dəyişmək mümkündür?
A) B) C)
D) E)

bilikliol.az

16. Klaviaturada olmayan simvolların sənədə daxil olunması üçün hansı əmr yararlıdır?
A) Insert-Illustrations B) Insert-Links
C) Insert-Symbols D) Home-Font
E) Styles

17. Sənədin həcmi, səhifələrin və sözlərin sayı, qovluq, dəyişdirildiyi tarixlər, əvvəlki versiyaları və onların bərpası hansı bölmənin funksiyalarına aiddir?
A) Help B) Info C) New
D) Home E) Insert

18. Siyahını əlifba sırasına görə düzmək üçün hansı düymədən istifadə etmək lazımdır?
A) B) 

C)
D) E)

19. Bunlardan hansı orfoqrafiyanı yoxlayır?
A) B)

C)
D) E)

20. Standart halda şriftin ən kiçik ölçüsü nə qədərdir? (MS Word 2019)
A) 8 B) 10 C) 11 D) 12 E) 5

21. MS Word-də şəkildə göstərilən qrup düymələrin yerinə yetirdiyi əmrlər hansı ardıcıllıqda düzgün verilmişdir?



A) Center/Align left/Align right/Justify
B) Align left/Center/Justify/Align right
C) Justify/Align left/Center/Align right
D) Align left/Center/Align right/Justify
E) Align left/Center/ Justify/Align right

22. MS Word-də şəkildə göstərilən qrup düymələrinin qısa yolları hansı variantda düzgün verilmişdir?

A) Ctrl+X, Ctrl+C, Ctrl+B, Ctrl+İ
B) Ctrl+H, Ctrl+F, Ctrl+G, Ctrl+U
C) Ctrl+L, Ctrl+E, Ctrl+R, Ctrl+J
D) Ctrl+E, Ctrl+H, Ctrl+M, Ctrl+U
E) Ctrl+X, Ctrl+B, Ctrl+D, Ctrl+S

23. MS Word-də işarəsi hansı funksiyanı göstərir?
A) Yeni sənədin yaradılmasını
B) Faylın yeni adla yadda saxlanılmasını
C) Mövcud faylın açılmasını
D) Açılmış faylın çapa verilməsini
E) Faylda edilmiş dəyişikliyin yadda saxlanılmasını

24. Aşağıda verilmiş mətn fraqmenti hansı əmrlə formatlanmışdır?
1. Magistr OL
1.1 Müəllim OL
1.2 Tələbə OL
1.3 Dövlət Qulluqçusu OL

A) 1 B) 2 C) 3 D) 4 E) 5

25. MS Word 2019-da mətn yazarkən ENTER düyməsinin sıxılması nəyi bildirir?
A) Cümlələr arası boşluğu B) Yeni sütunun əvvəlini
C) Abzasın əvvəlini D) Yeni səhifənin əvvəlini
E) Faylın yaradılmasını

26. Ms Word mətn prosessorunda istifadə olunan ən kiçik mətn fraqmenti nədir?
A) söz B) cümlə C) sətir D) abzas E) simvol

Aşağıdakı şəklə əsasən 27-33-cü tesləri cavablandırın.

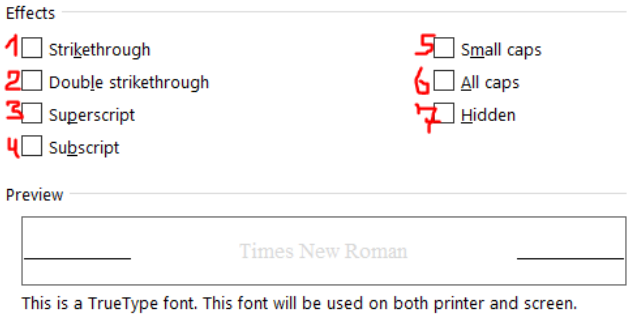

27. Yazılmış mətn fraqmentinin üzərindən xətt çəkmək üçün neçə nömrəli əmrdən istifadə etmək lazımdır?
A) 1 B) 3 C) 5 D) 7 E) 6

28. Yuxarı indeksdən yazmaq üçün neçə nömrəli əmrdən istifadə etmək lazımdır?
A) 3 B) 4 C) 5 D) 2 E) 1

29. Baş hərflər rejimində (CapsLock) yazmaq üçün neçə nömrəli əmrdən istifadə etmək lazımdır?
A) 3 B) 1 C) 6 D) 2 E) 7

30. Yazılmış mətn fraqmentinin üzərindən ikiqat xətt çəkmək üçün neçə nömrəli əmrdən istifadə etmək lazımdır?
A) 1 B) 3 C) 5 D) 2 E) 6

bilikliol.az

31. Yazılmış mətn fraqmentini gizlətmək üçün neçə nömrəli əmrdən istifadə etmək lazımdır ?
A) 4 B) 3 C) 2 D) 7 E) 6

32. Aşağı indeksdən yazmaq üçün neçə nömrəli əmrdən istifadə etmək lazımdır ?
A) 3 B) 4 C) 5 D) 2 E) 7

33. Baş hərflər rejimində (CapsLock) nisbətən balaca yazmaq üçün neçə nömrəli əmrdən istifadə etmək lazımdır?
A) 2 B) 1 C) 4 D) 3 E) 5

34. Save as əmri nə üçündür?
A) Sənədi xarici yaddaş qurğusunda saxlamaq üçün
B) Sənədi fərqli adla, fərqli yerdə, fərqli parametrdə saxlamaq üçündür
C) Yeni sənəd yaratmaq üçündür
D) Sənədi Web-də saxlamaq üçün
E) Sənədi e-mail-lə göndərmək üçün

35. Aşağıdakı əmrlər hansı qrupda yerləşir?

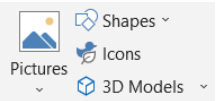

A) Font B) Design C) Styles
D) Illustrations E) Media

36. Aşağıdakı əmrlər hansı tabda yerləşir?

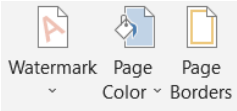

A) Layout B) Review C) Design
D) Mailings E) Home

37. Font hansı tab vərəqinə daxildir?
A) View B) Review C) Insert
D) Mailings E) Home

38. Abzaslar arası məsafəni tənzimləmək, qarşısına nömrələr və markerlər qoymaq üçün istifadə olunur?
A) İnsert/Paragraph
B) Layout/Paraghraph
C) Insert/Illustrations
D) Home/Illustrations
E) Home/Paragraph

39. Editing(Home) qrupunda olan əmrlər:
A) Find, Illustrations, Select
B) Find, Illustrations, Select
C) Find, Paragraph, Styles
D) Clipboard, Font, Paragraph
E) Find, Replace, Select

40. Clipboard, Font, Paragraph, Styles və … qrupları Home tab vərəqində yerləşir.
A) Chart B) İllustrations C) Editing
D) Footnotes E) Captions

41. Yadda saxlama parametrləri, dil parametrləri, lentin tənzimlənməsi hansı əmrin funksiyasına aiddir?
A) New B) Help C) Exit
D) Options E) Save

42. Aşağıdakı əmrlər hansı qrupda yerləşir?

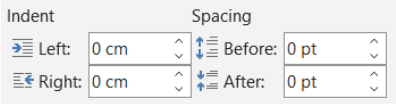

A) Font B) Sytles C) Drawing
D) Paragraph E) Layout

43. Aşağıdakı mətndə sözlərin altından çəkilən qırmızı xətlər nəyi bildirir?

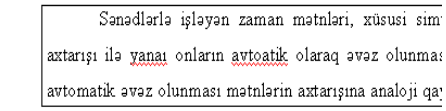

A) Altından xətt çəkilmiş sözlərdə orfoqrafik səhv vardır.
B) Altından xətt çəkilmiş sözlərdə qrammatik səhv vardır.
C) Bu sözlərə hiperistinad verilib.
D) Bu sözlər sənədə şəkil kimi yerləşdirilib.
E) Bu sözlər çapda görünməyəcək.

44. Ms Worddə qrammatik səhvlər hansı xətlə qeyd olunur?
A) Qırmızı, düz B) Yaşıl, düz
C) Yaşıl, dalğalı D) Bənövşəyi, qırıq-qırıq
E) Qırmızı, dalğalı

45. Word proqramında şriftin ən böyük ölçüsü neçə point (punkt) ola bilər?
A) 96 B) 72 C) 1765 D) 1638 E) 11

46. Word proqramında susmaya görə şriftin ən böyük ölçüsü neçə point (punkt) ola bilər?
A) 96 B) 72 C) 1765 D) 1638 E) 11

47. Word proqramında susmaya görə şriftin ölçüsü neçə point (punkt) ola bilər?
A) 96 B) 72 C) 1765 D) 1638 E) 11

48. Symbols bölməsi hansı tab vərəqindədir?
A) Insert B) Home C) View D) Review E) File

49. Pages, Tables, Illustrations, Add-ins, Media, Links, Comments, Header&Footer, Text və.... Insertin bölmələridir.
A) Page Setup B) Paragraph C) Font
D) Arrange E) Symbols

50. Yeni səhifə əlavə etmək üçün hansı tab vərəqindən istifadə olunur?
A) Home B) İnsert C) Page Layout D) Review E) View

51. Word 2019 proqramında sənədin vaxtaşırı olaraq yadda saxlamaq üçün vaxt müddətini haradan təyin etmək olar?
A) File/Recent B) File/Options
C) View/Macros D) Home/Clipboard
E) Insert/Text

52. Sənədə cədvəl əlavə etmək üçün hansı əmrdən istifadə olunur?
A) Insert/Clip Art B) Insert/Tables
C) Home/Tables D) Review/Comments
E) View/Show

Aşağıdakı şəklə əsasən 53-60-cı sualları cavablandırın.

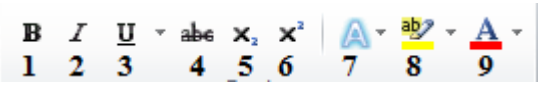

53. Şəkildə hansı alətlər panelindən bir fraqment təsvir olunub?
A) Font B) Sytles C) Drawing
D) Paragraph E) Editing

54. Mətn fraqmentinin rəngini dəyişmək üçün paneldəki düymələrin hansından istifadə etmək lazımdır?
A) 1 B) 2 C) 5 D) 9 E) 6

bilikliol.az

55. Paneldə göstərilən elementlərdən biri seçilmiş fraqmentin qalınlığını dəyişmək üçün nəzərdə tutulub. Həmin element hansı rəqəmlə nömrələnib?
A) 1 B) 3 C) 5 D)7 E) 9

56. Kursiv yazı rejimini aktivləşdirmək və ləğv etmək üçün nəzərdə tutulan düymə hansıdır?
A) 1 B) 2 C) 3 D) 4 E) 5

57. Seçilmiş fraqmentin altından xətt çəkmək və bu xətti formatlaşdırmaq üçün nəzərdə tutulan panel elementi hansıdır?
A) 1 B) 3 C) 5 D) 7 E) 9

58. *"İşarəsi ixtiyari sayda simvolu ifadə edir."* Bu cümləyə paneldəki elementlərdən hansılar tətbiq olunub?
A) 1-9 B) 2-7 C) 3-6
D) 6-7 E) 2-8

59. **~~Dövlət Qulluqçusu OL Tədris Mərkəzi~~.** Bu cümləyə paneldəki elementlərdən hansılar tətbiq olunub?
A) 1-9 B) 5-6 C) 1-4
D) 3-7 E) 2-8

60. $11_2 + 4^1 = ?$. Bu yazıya paneldəki elementlərdən hansılar tətbiq olunub?
A) 5 B) 5-6 C) 1-4 D) 7-1 E) 7

61. Aşağıdakılardan hansı düz deyil?
A) Word-də hər hansı səhifəni çapa vermək olar
B) Word-də bütün səhifəni çapa vermək olar
C) Word-də qeyd edilmiş mətndən başqa bütün mətni çapa vermək olar
D) Word-də qeyd edilmiş mətni çapa vermək olar
E) Word-də sözü çapa vermək olar

62. Ms Word 2019 mətn prosessorunda sətri cədvəldən hansı yolla silmək olar?
A) Seçmək və klaviaturanın Delete düyməsini sıxmaqla
B) Seçmək və klaviaturanın Alt+Delete düymələrini sıxmaqla
C) Seçmək və klaviaturanın Alt+Tab düymələrini sıxmaqla
D) Seçmək və mübadilə buferinə köçürməklə
E) Seçmək və klaviaturanın BackSpace düyməsini sıxmaqla

63. Hazırladığımız sənədə üz qabığı seçmək istəyiriksə, haraya müraciət edəcəyik?
A) İnsert/Pages B) İnsert/Design
C) Home/Editing D) File/Cut
E) File/Save

64. Word proqramında faylı öz adı ilə yadda saxlamaq üçün menyunun hansı bəndindən istifadə edilməlidir:
A) File-Save B) File-Save As C) Tools-Save
D) Tools-Save As E) Edit-Save

65. Sənəddə bir sözü başqa sözlə əvəz etmək üçün hansı əmrdən istifadə etmək olar?
A) File – Save as B) File – Print
C) Editing – Replace D) Insert – Picture
E) Tools – Language

66. Yaddaşda olan sənədin açılması üçün hansı düymələrdən istifadə edilir?
A) Ctrl+A B) Ctrl+Home C) Ctrl+O
D) Ctrl+End E) Ctrl+K

67. Ləğv olunmuş əməliyyatı bərpa etmək üçün hansı üsul doğrudur?
A) Ctrl+Y B) Ctrl+N C) Ctrl+Alt+Delete
D) Ctrl+K E) Ctrl+Z

68. Əməliyyatı ləğv etmək üçün hansı düymədən istifadə olunur ?
A) Ctrl+Y B) Ctrl+N C) Ctrl+Alt+Delete
D) Ctrl+K E) Ctrl+Z

69. Paragraph lent qrupu hansı lent tablarında mövcuddur?
A) Home, Layout B) Layout, View C) Home, Insert
D) Insert, References E) Mailings, Review

70-75-ci sualları aşağıdakı şəklə əsasən cavablandırın.

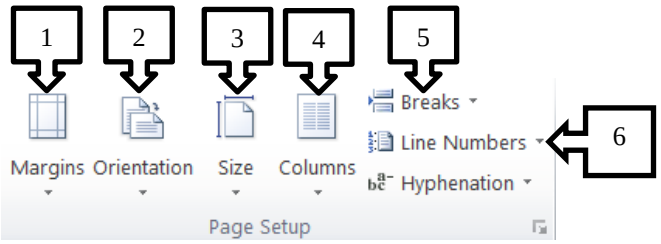

70. Mətn hazırlayarkən səhifənin ölçüsünü A4 formatlı tətbiq etmək üçün neçə nömrəli alətdən istifadə etmək lazımdır?
A) 2 B) 3 C) 5 D) 1 E) 6

71. Kolentitulların fərqli (tək və ya cüt) səhifədə yerləşməsi üçün neçə nömrəli alətdən istifadə etmək lazımdır?
A) 1 B) 6 C) 2 D) 3 E) 5

72. Səhifənin kənar boşluqlarını təyin etmək üçün neçə nömrəli alətdən istifadə etmək lazımdır?
A) 2 B) 3 C) 5 D) 1 E) 6

73. Səhifənin istiqamətini albom formada təyin etmək üçün neçə nömrəli alətdən istifadə etmək lazımdır?
A) 2 B) 3 C) 5 D) 1 E) 4

74. Yazdığımız mətnləri sütunlara bölmək və arasına xətt yerləşdirmək üçün neçə nömrəli alətdən istifadə etmək lazımdır?
A) 6 B) 4 C) 5 D) 1 E) 6

bilikliol.az

75. Səhifəni kursorun dayandığı yerdən bölmək üçün neçə nömrəli alətdən istifadə etmək lazımdır?
A) 4 B) 5 C) 3 D) 2 E) 6

76. Yalnız oxunma üçün nəzərdə tutulmuş sənədlə hansı işləri görmək olar?
1- Çapa vermək
2- Düzəliş edib həmin faylda yadda saxlamaq
3- Sənədi bağlamaq
4- Sənədi elektron poçtla göndərmək
5- Sənəd üzərində dəyişiklik edib başqa sənəddə saxlamaq
A) yalnız 1,4 B) yalnız 3,4 C) 2,3,4
D) 2,3,5 E) 1,3,4,5

77. Layout tabının vasitəsilə hansı funksiyanı yerinə yetirmək olmur?
A) Səhifənin parametrlərinin dəyişdirilməsi
B) Səhifənin ölçüsünün dəyişdirilməsi
C) Səhifənin nömrələrinin dəyişdirilməsi
D) Obyektlərin mətnlərə nəzərən yerinin müəyyənləşdirilməsi
E) Abzaslarla işləmək

78. Minimal miqyas nə qədərdir?
A) 100% B) 10% C) 5% D) 500% E) 200%

79. Şəkildəki qrup hansı tab vərəqdə yerləşir?
A) Home
B) İnsert
C) Page Layout
D) References
E) Review

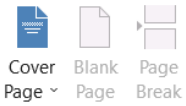

80. Aşağıdakı əmrlərdən hansı File (Fayl) tabına daxil deyil?
1. Undo (Qaytar)
2. New (Yeni)
3. Open (Aç)
4. Go to (Keç)
5. Save (Saxla)
6. Close (Bağla)
7. Redo (Təkrar)
8. Options (Seçimlər)
A) 1,4,7 B) 2,4,5 C) 5,6,8
D) 1,3,4 E) 6,7,8

81. Seçilmiş bir neçə obyekti qruplaşdırmaq istəyiriksə hansı tab və hansı əmr köməyimizə gələcək?
A) Home/Editing
B) Insert/Group
C) Layout/Group
D) File/Paste
E) Insert/Illustrations

82. MS Word -ə hansı obyekt vasitəsilə riyazi düsturları daxil etmək olar?
A) MS Organnization Chart
B) MS Equation
C) MS Clip Gallery
D) MS Paint
E) MS Word Art

83. Səhifənin albom və ya portret düzənini seçir.
A) Layout/Size
B) Layout/Hypentation
C) Layout/Orientation
D) Insert/Symbol
E) Home/Editing

84. Mətndə sözün altından qırmızı dalğalı xətt çəkilmişdirsə:
A) Qrammatik səhv var
B) Orfoqrafik səhv var
C) Sintaktik səhv var
D) Söz düzgün yazılıb
E) Sistem operatorudur

85. Sənədə qoşmalar əlavə etmək istəyiriksə, hansı tab vərəqi işimizə yarayacaq?
A) File B) Page Layout C) Insert
D) References E) View

bilikliol.az

86. Maksimal miqyas nə qədərdir?
A) 100% B) 10% C) 5% D) 500% E) 200%

87-91-ci sualları aşağıdakı şəklə əsasən cavablandırın.

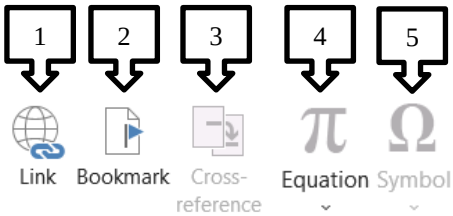

87. Sənəd daxilində bir hissədən digər hissəyə keçid etmək üçün neçə nömrəli alətdən istifadə etmək lazımdır ?
A) 2 B) 3 C) 5 D) 1 E) 4

88. Riyazi düstur daxil etmək üçün neçə nömrəli alətdən istifadə etmək lazımdır ?
A) 2 B) 3 C) 4 D) 1 E) 5

89. Kompüterin yaddaşında olan hər hansı sənədə istinad əlavə etmək üçün neçə nömrəli alətdən istifadə etmək lazımdır ?
A) 2 B) 3 C) 4 D) 1 E) 5

90. Sənədə əlfəcin əlavə etmək üçün neçə nömrəli alətdən istifadə etmək lazımdır ?
A) 2 B) 3 C) 5 D) 1 E) 4

91. Sənədə simvol əlavə etmək üçün neçə nömrəli alətdən istifadə etmək lazımdır ?
A) 2 B) 3 C) 4 D) 1 E) 5

92. Hansı tab vasitəsilə yazının düzgünlüyünü yoxlamaq və şərhlər əlavə etmək mümkündür?
A) View B) Home C) Review
D) File E) Page Layout

93. Şəkildəki alətlər hansı qrupda yerləşir?
A) Format
B) Page Setup
C) Arrange
D) Layout
E) Page Background

94. Şəkildəki qrup hansı tab vərəqində yerləşir?
A) İnsert
B) Home
C) Review
D) References
E) View

95. Şəkildəki qrup hansı tab vərəqində yerləşir?
A) Home B) İnsert
C) View D) Review
E) Mailings

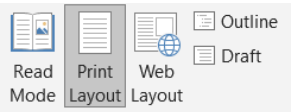

96. Kursordan sağdakı bir simvolu seçmək üçün hansı düymələr qrupundan istifadə olunur?
A) Alt+→ B) Tab+→ C) Ctrl+→
D) Shift+→ E) Enter+→

97. Kursorun yerini bir söz sola dəyişən əmr hansıdır?
A) Alt+← B) Tab+→ C) Ctrl+→
D) Shift+→ E) Ctrl+←

98. Kursorun yerini bir söz sağa dəyişən əmr hansıdır?
A) Alt+→ B) Tab+→ C) Ctrl+→
D) Shift+→ E) Enter+→

99. Hər hansı proqrama, veb səhifəyə, qovluğa, e-poçt ünvanına yönəlmiş əlaqə yaratmağın klaviaturadan qısa yolu hansıdır?
A) Ctrl+F B) Ctrl+K C) Ctrl+A
D) Ctrl+D E) Ctrl+M

100. Abzasın sonuna keçmək üçün hansı düymələrdən istifadə olunmalıdır?
A) Ctrl+↓ B) Shift+→ C) Shift + ↓
D) Ctrl+→ E) Ctrl+End

101. Save as əmrinin qısa yolu hansıdır?
A) F12 B) Ctrl+S C) F5
D) Ctrl+O E) Ctrl+N

102. Kursordan soldakı bir simvolu seçmək üçün hansı düymələr qrupundan istifadə olunur?
A) Alt+← B) Tab+← C) Ctrl+←
D) Shift+← E) Enter+←

103. Səhifəyə məcburi keçid hansı üsulla yerinə yetirilir?
A) Ctrl+Enter B) Ctrl+P C) Ctrl+O
D) Ctrl+Home E) Ctrl+End

104. Mətnin hamısını qeyd etmək üçün klaviaturanın hansı düymələrindən istifadə edilir ?
A) Ctrl+A B) Ctrl+X C) Ctrl+Y
D) Ctrl+N E) Ctrl+Z

105. Word 2019 proqramında sətrin sonuna qədər seçmək üçün hansı qısa yoldan istifadə olunur ?
A) Shift +Home B) Shift+End C) Shift+Ctrl+Home
D) Shift+PgDn E) Shift+Ctrl+End

106. Sənədin əvvəlinə keçmək üçün hansı qısa yoldan istifadə olunur?
A) Shift+Home B) Shift+End C) Shift+Ctrl+Home
D) Shift+PgDn E) Shift+Ctrl+End

107. Sənədin sonuna keçmək üçün hansı düymələrdən istifadə olunmalıdır?
A) Ctrl+Home B) Ctrl+End C) End
D) Page down E) Home

bilikliol.az

108. MS Word-də şriftin parametrlərini təyin etdikdə ... müəyyənləşdirilir.
A) Şriftin növü, ölçüsü, rəngi
B) Fonun rəngi, səhifənin sərhəd xətləri və stilləri
C) Sətirlərarası interval, abzasın sol və sağ tərəfindən boş sahələri, stil
D) Səhifənin ölçüsü, istiqamət (oriyentasiya), kənar sahələr
E) Stil, şablon

109. Mübadilə buferinin görünüşünə əsasən daha neçə obyekt və ya mətn fraqmentinin nüsxəsini çıxarmaq mümkündür (hal hazırda mübadilə buferində 8 element var)?
A) 8
B) 24
C) 16
D) 6
E) 32

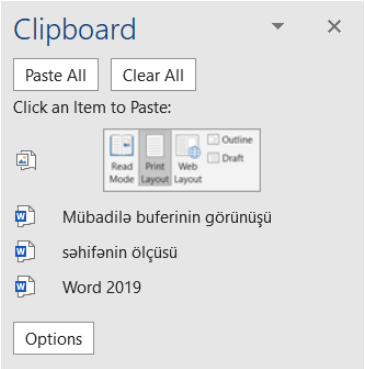

110. Doğru mülahizələri seçin:
1. Mübadilə buferində olan fraqmentlərdən bir neçəsini eyni anda mətnə yerləşdirmək olar.
2. Mübadilə buferində olan bütün fraqmentləri eyni anda mətnə yerləşdirmək olar.
3. Mübadilə buferində olan fraqmentlərin hər birini ayrı-ayrılıqda mətnə yerləşdirmək olar.
4. Mübadilə buferində olan bütün fraqmentləri eyni anda silmək olar.
5. Mübadilə buferində olan fraqmentlərin birini ayrılıqda silmək olmaz.
6. Mübadilə buferində olan fraqmentlərdən bir neçəsini eyni anda silmək olmaz.
A) 1,2,3,4 B) 2,3,4,6 C) 1,3,5,6
D) 2,3,5,6 E) 1,2,4,5

111. Ekranda eyni zamanda 2 və daha cox Word sənədi görmək olarmı?
A) Yalnız oxu rejimində görmək olar.
B) Bu, mümkün deyil.
C) Olar.
D) Yalnız Web səhifə rejimində olar.
E) Yalnız redaktə rejimində olar.

112. Sənədləri müqayisə etmək, üçün hansı tab vərəqinə müraciət olunur?
A) Home B) Review C) Design
D) Insert E) References

113. Ctrl+F kombinasiyasının funksiyası nədir?
A) Açmaq B) Axtarış C) Keçid
D) Dəyişdirmək E) Kopyalamaq

114. Çap pəncərəsinə keçid üçün hansı kombinasiyadan istifadə olunur?
A) Ctrl+P B) Ctrl+O C) Ctrl+N
D) Ctrl+N E) Ctrl+X

115. Ctrl+H kombinasiyası ilə hansı əmr yerinə yetirilir?
A) Help B) Replace C) Find
D) Go To E) Hyperlink

116. Yazılmış mətnin hərflərini kiçik hərflərə keçirmək üçün nə etmək lazımdır?
A) Bütün mətni seçib F3 klavişini sıxmaq
B) Seçmə aparmadan Shift+F3 sıxmaq
C) Bütün mətni seçib bir dəfə Shift+F3 sıxmaq
D) Ctrl+A və Shift+F3
E) Mətni seçib müvafiq sayda Shift+F3 sıxmaq

117. Sözü seçmək üçün nə etmək lazımdır?
A) Klaviaturadan Ctrl+A sıxmaq
B) F8 düyməsini 4 dəfə klik etmək
C) F8 düyməsini 2 dəfə klik etmək
D) Sol boşluqda 1 dəfə klik etmək
E) Sol boşluqda Ctrl+F sıxmaq

118. Sol boşluqda mausun sol düyməsini 3 dəfə klik etsək, nə olar?
A) Bütün mətn seçilər B) Abzas seçilər
C) Cümlə seçilər D) Sətir seçilər
E) Söz seçilər

119. Sol boşluqda Ctrl düyməsi basılı vəziyyətdə mausun sol düyməsini klik etsək, nə olar?
A) Bütün mətn seçilər B) Abzas seçilər
C) Cümlə seçilər D) Sətir seçilər
E) Söz seçilər

120. Sol boşluqda mausun sol düyməsini 2 dəfə klik etsək, nə olar?
A) Bütün mətn seçilər B) Abzas seçilər
C) Cümlə seçilər D) Sətir seçilər
E) Söz seçilər

121. Sol boşluqda mausun sol düyməsini 1 dəfə klik etsək, nə olar?
A) Bütün mətn seçilər B) Abzas seçilər
C) Cümlə seçilər D) Sətir seçilər
E) Söz seçilər

122. F8 düyməsi 5 dəfə klik olunarsa, ...
A) Bütün mətn seçilər B) Abzas seçilər
C) Cümlə seçilər D) Sətir seçilər
E) Söz seçilər

bilikliol.az

123. Sənəddəki mündəricat cədvəlini təzələmək lazım olduqda, hansı funksional düymədən istifadə olunur ?
A) F6 B) F7 C) F9 D) F12 E) F3

124. Equation adlı əmrdən istifadə etmək üçün aşağıdakılardan hansı doğrudur ?
A) Shift+F3 B) Ctrl+W C) Ctrl+F4
D) Alt+E E) Alt+ =

125. Müvafiq Tabı açır ?
A) Alt+F3 B) Ctrl+E C) Ctrl+T
D) Shift+E E) Alt+Tabın baş hərfi

126. Sonuncu redaktə olunmuş hissəyə keçid ?
A) F5 B) Shift+F5 C) Shift+Alt+↓
B) Alt+F3 E) Ctrl+K

127. Abzasların yerini dəyişmək üçün nədən istifadə olunur?
A) F5 B) Shift+F5 C) Shift+Alt+↓
B) Alt+F3 E) Ctrl+K

128. Uyğunluğu müəyyən edin.
1- Page Setup
2- Page Background
3- Arrange
a) sənədin arxa fonuna solğun mətn və ya şəkil yerləşdirir.
b) sənədin tək və cüt səhifələrinə fərqli kolontitulların (sərlövhələrin) yerləşməsini aktivləşdirir.
c) sənədə yerləşdirilmiş obyektlər ilə işləmək üçün əmrləri özündə saxlayır.
A) 1-a; 2-b; 3-c; B) 1-b; 2-c; 3-a; C) 1-a; 2-c; 3-b;
D) 1-b; 2-a; 3-c; E) 1-c; 2-b; 3-a;

129. Word proqramında İnsert menyusunun Object+Text from file əmri nə üçündür?
A) Baxılan faylın müəyyən hissəsini diskə ayrıca fayl kimi yazıb saxlamaq üçün
B) Cari sənədə bütöv faylları yerləşdirmək üçün (və ya faylları birləşdirmək) üçün
C) Faylı başqa qovluğa yerləşdirmək üçün
D) Cari faylla əlaqəsi olan faylı ekrana çıxarmaq üçün
E) Faylı sosial şəbəkədə paylaşmaq üçün

130. Aşağıdakılardan hansını Word-də yerinə yetirmək olmaz?
A) Mövcud sənədi açmadan onun mətninə qeydlərin yazılması
B) Mövcud sənədi açmadan onun mətnini cari sənədə əlavə etmək
C) Mövcud sənədi açmadan cari sənədə müraciətin edilməsi
D) Cari sənədi bağlamadan yeni sənədi yaratmaq
E) Cari sənədi bağlamadan başqa sənədin mətninə baxmaq

131. Şəkildə verilmiş fraqmentdəki seçilmiş hissə nəyə xidmət edir?

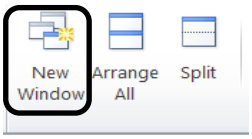

A) Cari sənəddə yeni Word sənədi açılır.
B) Eyni adlı yeni Word sənədi açılır.
C) Cari sənədi mübadilə buferində saxlayır.
D) Sənəddə Windows haqqında məlumat yaradır.
E) Aktiv Word sənədlərini ekranda üfüqi şəkildə düzür.

132. Şəkildə verilmiş fraqmentdəki seçilmiş hissə nəyə xidmət edir?

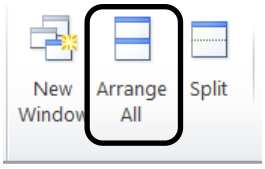

A) Cari sənəddə yeni Word sənədi açılır.
B) Eyni adlı yeni Word sənədi açılır.
C) Sənədi iki hissəyə ayırır.
D) Sənəddə Windows haqqında məlumat yaradır.
E) Aktiv Word sənədlərini ekranda üfüqi şəkildə düzür.

133. Şəkildə verilmiş fraqmentdəki seçilmiş hissə nəyə xidmət edir?

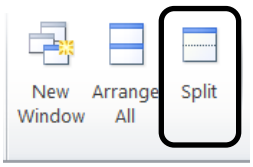

A) Cari sənəddə yeni Word sənədi açılır.
B) Eyni adlı yeni Word sənədi açılır.
C) Sənədi iki hissəyə ayırır.
D) Sənəddə Windows haqqında məlumat yaradır.
E) Aktiv Word sənədlərini ekranda üfüqi şəkildə düzür.

134. Hansı düymə sənədin tək və cüt səhifələrinə fərqli kolentitulların yerləşməsini aktivləşdirir?
A) Orientation B) Columns C) Effects
D) Line Numbers E) Breaks

135. Word 2019 proqramında hansı görünüş rejimində Lent(Ribbon) interfeysi görünməz olur?
A) Print Layout B) Web Layout C) Draft
D) Outline E) Read Mode

136. Layout & Design tabında belə bir lent qrupu yoxdur:
A) Arrange B) Paragraph C) Page Setup
D) Page Background E) Proofing

Şəklə əsasən 137-141 aralığında olan sualları cavabların.

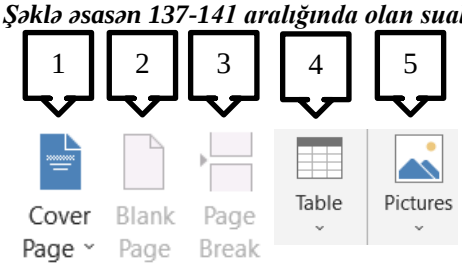

137. Sənədə yeni səhifə əlavə etmək üçün neçə nömrəli alətdən istifadə edilir?
A) 2 B) 3 C) 5 D) 4 E) 1

138. Sənədə şəkil əlavə etmək üçün neçə nömrəli alətdən istifadə edilir?
A) 5 B) 1 C) 3 D) 4 E) 2

139. Sənədə cədvəl əlavə etmək üçün neçə nömrəli alətdən istifadə edilir?
A) 2 B) 3 C) 5 D) 4 E) 1

140. Sənədə üz qabığı əlavə etmək üçün neçə nömrəli alətdən istifadə edilir?
A) 3 B) 2 C) 4 D) 5 E) 1

141. Səhifəni iki hissəyə ayırmaq üçün neçə nömrəli alətdən istifadə edilir?
A) 1 B) 4 C) 2 D) 5 E) 3

bilikliol.az

142. Şəkildəki pəncərəyə əsasən sonuncu dəfə hansı simvoldan istifadə edilib?

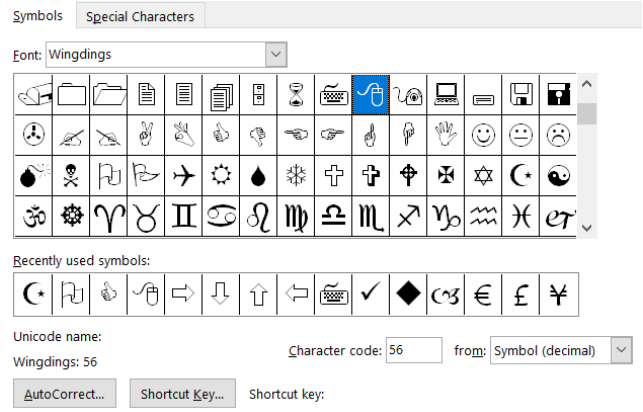

A) ⇨ B) ☪ C) ☜ D) ☝ E) ¥

143. File menyusunun əmrlərindən deyil:
A) Print B) Close C) Options
D) Open E) Copy

144. File tabının əmrlərindən deyil:
A) Home B) Save as C) Print
D) İnfo E) Change Case

145. Şəkildə verilmiş fraqmentdəki seçilmiş hissə nəyə xidmət edir?

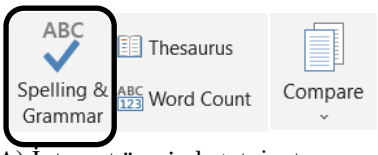

A) İnternet üzərində tətqiqat aparmağa imkan verir.
B) Sənəddə olan fraqmentə uyğun sinonimləri təyin edir.
C) Sənəddə olan abzasların sayını təyin edir.
D) Qrammatik və orfoqrafik səhvləri təyin etməyə imkan verir.
E) Sənəddə axtarış etməyə imkan verir.

146. Şəkildə verilmiş fraqmentdəki seçilmiş hissə nəyə xidmət edir?

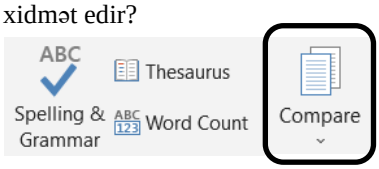

A) Sənədləri müqayisə edir.
B) Sənəddə olan fraqmentə uyğun sinonimləri təyin edir.
C) Sənəddə olan abzasların sayını təyin edir.
D) Qrammatik və orfoqrafik səhvləri təyin etməyə imkan verir.
E) Sənəddə axtarış etməyə imkan verir.

147. Şəkildə verilmiş fraqmentdəki seçilmiş hissə nəyə xidmət edir?

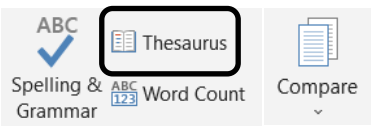

A) İnternet üzərində tətqiqat aparmağa imkan verir.
B) Sənəddə olan fraqmentə uyğun sinonimləri təyin edir.
C) Sənəddə olan abzasların sayını təyin edir.
D) Qrammatik və orfoqrafik səhvləri təyin etməyə imkan verir.
E) Sənəddə axtarış etməyə imkan verir.

148. Şəkildə verilmiş fraqmentdəki seçilmiş hissə nəyə xidmət edir?

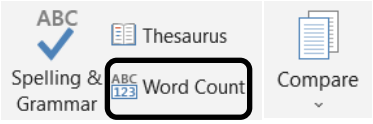

A) İnternet üzərində tətqiqat aparmağa imkan verir.
B) Sənəddə olan fraqmentə uyğun sinonimləri təyin edir.
C) Sənəddə olan abzasların sayını təyin edir.
D) Qrammatik və orfoqrafik səhvləri təyin etməyə imkan verir.
E) Sənəddə axtarış etməyə imkan verir.

149. Uyğunluğu müəyyən edin.

1- ¶ 2- A↓Z 3- ↕

a. çap zamanı görünməyən simvolları göstərir və gizlədir
b. seçilmiş abzasları əlifba sırası ilə düzür
c. sətirləri və abzaslar arasındakı məsafəni dəyişir
d. nömrələnmiş siyahıları sıralayır

A) 1-a; 2-b,d; 3-c B) 1-b; 2-d; 3-a,c
C) 1-b,d; 2-a; 3-c D) 1-d; 2-a,c; 3-b
E) 1-a,c; 2-d; 3-b

150. Mətn redaktorunda yazılmış mətnin aşağıdakı fraqmentinə əsasən kursorun (|) dayandığı nöqtəyə görə "Backspace" düyməsi 2 dəfə və "Delete" düyməsi 3 dəfə basıldıqdan sonra informasiyanın son məzmunu necə olar?

Mag|istr OL

A) Mr OL B) Mags OL C) Mar OL
D) Magi L E) Mar OL

151. Mətn redaktorunda yazılmış mətnin aşağıdakı fraqmentinə əsasən kursorun (|) dayandığı nöqtəyə görə "Backspace" düyməsi 3 dəfə və "Delete" düyməsi 1 dəfə basıldıqdan sonra informasiyanın son məzmunu necə olar?

Respu|blika

A) Reslika B) Reublka C) Respka
D) Reublika E) Relika

bilikliol.az

152. Mətn prosessorunda aşağıdakı mətn yığılmışdır.
Ad*Yaş*Ünvan*Fənn*Qiyməti
Aytən*25*Ağdam*İnformatika*10
Esmira**Bakı*İngilis Dili*5
Vəfa*19*Şuşa*Məntiq*8
Aysel*23*Ağsu**7
Mətni seçib **İnsert→Table→Convert Text to Table** əmrinin yerinə yetirilməsindən sonra alınacaq cədvəlin neçə sütunu aşağıdakı cədvəlin sütunları ilə eyni olacaq? (Ayırıcı simvol olaraq "*" simvolundan istifadə edilir) (MS Word 2019)?

Ad	Yaş	Ünvan	Fənn	Qiyməti
Aytən	25	Bakı	İnformatika	10
Vəfa		Ağdam	Məntiq	5
Esmira	19	Şuşa	İngilis Dili	8
Aysel	23	Ağsu		7

A) 4 B) 3 C) 1 D) 2 E) 5

Aşağıdakı şəklə əsasən 153-155 -ci testləri cavablandırın.

153. "Özünə güvən" ifadəsində neçə nömrəli piktoqramlardan istifadə edilmişdir?

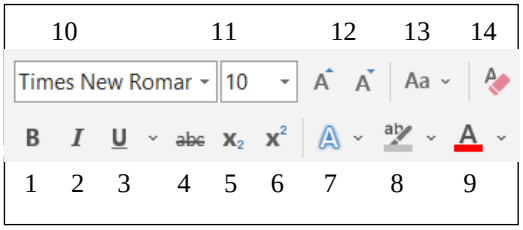

A) 2 və 9 B) 8 C) 6
D) 9 E) 5 və 7

154. Shift + F3 kombinasiyası neçə nömrəli aləti əvəz edə bilər?
A) 10 B) 11 C) 13 D) 4 E) 7

155. "14" nömrəli alət hansı işi görür ?
A) A adlı simvolları pozur.
B) Formatlaşdırmanı silir.
C) Seçilmiş mətn fraqmentini çərçivəyə alır.
D) Hərfləri artma və azalma sırası ilə düzür.
E) Birinin formatını digərinə köçürür.

Aşağıdakı şəklə əsasən 156-161-ci testləri cavablandırın.

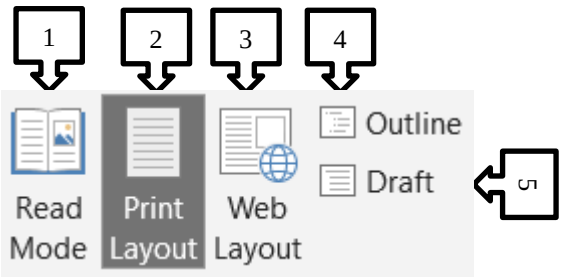

156. Səhifənin "Veb Səhifə" görünüş rejimində görünməsini təmin etmək üçün hansı variant doğrudur ?
A) 1 B) 4 C) 2 D) 5 E) 3

157. Hansı görünüş rejimində Lent(Ribbon) görünmür ?
A) 2 B) 4 C) 1 D) 5 E) 3

158. Hansı görünüş rejimində hər iki xətkeş görünür ?
A) 2 B) 4 C) 1 D) 5 E) 3

159. Hansı görünüş rejimində heçbir xətkeş görünmür ?
A) 1 B) 3 C) 2, 3 D) 1, 4 E) 3, 5

160. Hansı görünüş rejimində yalnız üfüqi xətkeş görünür ?
A) 2 B) 3 C) 2, 3 D) 2, 4 E) 3, 5

161. Struktur görünüş rejimi hansıdır ?
A) 1 B) 4 C) 2 D) 5 E) 3

162. Sənədin səhifələrini nömrələmək, ona sərlövhələr yerləşdirmək üçün əmrlər hansı tabdan seçilir (MS Word 2019)?
A) References (Ссылки/İstinadlar)
B) View (Вид/Görünüş)
C) İnsert (Вставка/Əlavə et)
D) Home (Главная/Ev)
E) Layout (Düzən)

163. Word proqramı RAM-a yüklənib açıldıqda hansı lent tabı aktiv görünür?
A) Home B) Insert C) Page Layout
D) References E) Mailings

164. Hansı əməliyyat bufer yaddaşa aid deyil:
A) Cut B) Copy C) Paste
D) Paste Special E) Drag and Drop

165. Paste əmri passivdirsə, bu o deməkdir ki, ...
A) Mübadilə buferi boşdur.
B) Sonuncu dəfə cut əmri icra olunub.
C) Sonuncu dəfə copy əmri icra olunub.
D) Sonuncu dəfə paste əmri icra olunub.
E) Sonuncu dəfə paste special əmri icra olunub.

166. Susmaya görə Font bölməsində hansı font və neçə ölçü göstərilir?
A) Calibri 72 B) Times New Roman 14 C) Arial 12
D) Calibri 11 E) Times New Roman 11

167. Home tabı hansı funksiyanı yerinə yetirə bilmir?
A) Mətnin formatlanması
B) Mətnin redaktəsi
C) Mətnin mövqeyinin tənzimlənməsi
D) Mətn üslubunun dəyişdirilməsi
E) Mətnin cədvəl və şəkillərlə müşayiəti

168. File menyusunun Recent bölməsində faylların siyahısı maksimum nə qədər ola bilər?
A) 10 B) 25 C) 30 D) 50 E) 60

bilikliol.az

169. Şəkildəki qrup hansı tab vərəqində yerləşir?
A) İnsert B) Review
C) References D) View
E) Mailings

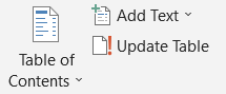

170. Yeni fayl yaradılarkən Document7 adıyla yaranarsa, bu o deməkdir ki, ...
A) Sonuncu yaddaşa verilən fayl Document6 olub.
B) Faylın xüsusiyyətləri bölməsindən adı dəyişdirlib.
C) Fayl əvvəlcədən yaddaşa verilib.
D) Sonuncu açılan faylın adı Document6 olub.
E) Həmin kompüterdə 7-ci dəfədir ki, sənəd hazırlanır.

171. File menyu-tabının funksiyalarından deyil:
A) Qovluğu fərqli formada sazlamaq
B) Faylı müxtəlif tiplərdə saxlamaq və elektron poçta göndərmək
C) Faylın xüsusiyyətləri və proqramın versiyası haqqında məlumat əldə etmək
D) Faylı fərqli formada açmaq
E) Açılmış faylları bağlamaq

172. Mətn redaktorunda mətndə dəyişiklik apararkən nə dəyişir?
A) Şriftin ölçüsü B) Simvollar ardıcıllığı
C) Abzas parametrləri D) Səhifə parametrləri
E) Şriftin rəngi

173. Şəkildəki qrup hansı tab vərəqdə yerləşir?
A) Footnotes
B) İnsert
C) Home
D) References
E) Table of Contents

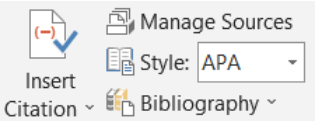

174. Obyekti seçmək üçün bunlardan hansı istifadə olunur:
A) Mausun sol düyməsini vurmaqla
B) NumLock
C) İki dəfə mausun sol düyməsini sıxmaqla
D) F8
E) Heç bir fərqi yoxdur.

175. Ms Word 2019 formatında olan sənədlərin ad genişlənməsi necədir?
A) .rtf B) .doc C) .mdb
D) .docx E) .com

176. Üfüqi və şaquli xətkeşləri gizlətmək üçün istifadə olunan əmr (Ruler) hansı tab vərəqinə daxildir?
A) View B) Home C) Review
D) File E) Page Layout

177. Ms Word 2019 mətn prosessorunda sənədin səhifəsinin arxa planı (fonu) hansı Lent Tabı ilə dəyişdirilir?
A) Home (Ev)
B) Layout (Düzən)
C) Design (Tərtibat)
D) References (İstinadlar)
E) Review (İcmal)

178. Ms Word 2019 mətn prosessorun faylların ad genişlənməsi (name extension) mövcud deyil?
A) .rtf B) .docx C) .dosx D) .txt E) .dotx

179. Bütün mətni necə seçmək olar?
A) Ctrl + abzasda mausun düyməsini 3 dəfə sıxmaqla
B) Ctrl + A
C) Abzasda mausun düyməsini 2 dəfə sıxmaqla
D) Ctrl + cümlə üzərində mausun düyməsini 2 dəfə sıxmaqla
E) Ctrl + cümlə üzərində mausun düyməsini 3 dəfə sıxmaqla

180. Bu proqramlardan hansı mətnlərlə işləmək üçündür?
A) Outlook B) Word C) Access
D) Excel E) Power Point

181. Şəkildəki qrup hansı tab vərəqdə yerləşir?
A) Home
B) İnsert
C) Review
D) View
E) References

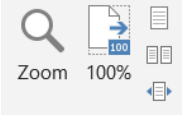

bilikliol.az

182. MS Word-də sənədi bir neçə nüsxədə çap etmək hansı əmri yerinə yetirərkən mümkündür?
1) File/Page Setup 2) Home/Customize
3) File/Print 4) Home/Options
A) 1 B) 2 və 4 C) 3 D) 4 E) 1 və 3

183. Aşağıdakılardan hansı Home tab vərəqinə aid deyil?
A) Font B) Clipboard C) Styles
D) Editing E) Header&Footer

184. Şəkildəki qrup hansı tab vərəqində yerləşir?
A) Page Background
B) İnsert
C) Review
D) View
E) Design

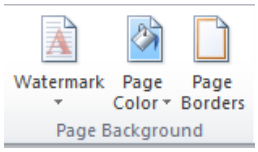

185. Kursordan solda yerləşən simvolu pozmaq üçün klaviaturanın hansı düyməsini sıxmaq lazımdır?
A) Backspace B) Pageup C) Del
D) End E) Clear

186. Kursordan sağda yerləşən simvolu pozmaq üçün klaviaturanın hansı düyməsini sıxmaq lazımdır?
A) Backspace B) Pageup C) Del
D) End E) Clear

187. Sənədə istinadlar əlavə etmək üçün hansı tab vərəqinə müraciət olunur?
A) Home B) View C) References
D) Insert E) Mailings

188. Şəkildəki qrup hansı tab vərəqində yerləşir?

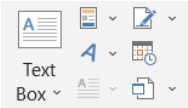

A) İnsert B) Home C) Review
D) View E) References

189. Obyekti köçürməklə(surətini yaratmaq) yerini dəyişməyin fərqi nədir?
A) Köçürüldükdə obyekt itir.
B) Köçürüldükdə obyekt dəyişmir, yerini dəyişdikdə isə dəyişir.
C) Yerini dəyişdikdə obyekt əvvəlki yerində qalmır, köçürüldükdə isə əvvəlki yerində qalır.
D) Heç bir fərqi yoxdur.
E) Yerini dəyişdikdə obyekti bərpa etmək olmur.

190. Ctrl+N kombinasiyasının işini görən düymə harada yerləşir?
A) Home tabında
B) İdarəetmə düymələrinin içində
C) Cəld müraciət panelində
D) Vəziyyət sətrində
E) İşçi sahədə

191. Save as pəncərəsində hansı funksiya yoxdur:
A) Qovluqlar sahəsini gizlətmək-açmaq
B) Yeni qovluq yaratmaq
C) Faylın yaddaşa yazılacağı tipi dəyişmək
D) Fayla müəllif əlavə etmək
E) Faylın yaddaşa yazılacağı qovluğa şifrə qoymaq

192. Müxtəlif milli dillərin əlifbalarına daxil olan hərflərdən istifadə etmək üçün Insert tabının hansı qrupundan istifadə etmək olar?
A) Pages B) Tables C) Illustrations
D) Links E) Symbols

193. Şəkldəki qrup hansı tab vərəqində yerləşir?
A) Layout
B) Insert
C) Design
D) References
E) Table Design

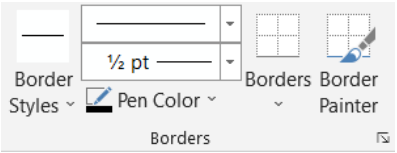

194. Home tabının hansı qrupuna aid Dialog Box Launcher ( ) düyməsi yoxdur?
A) Clipboard B) Font C) Paragraph
D) Styles E) Editing

195. MS Word 2019 mətn prosessorunda sənədin səhifəsinin arxa planı (fonu) hansı Lent Tabı ilə dəyişdirilir?
A) Home B) Insert C) Design
D) References E) Review

196. Ms Word proqramında sənədin 6 səhifəsini bir vərəqdə çap etmək üçün hansı elementdən istifadə olunur?
A) File/Options B) Home/Print C) File/Print
D) Home/Layout E) Page Layout/Page Setup

197. Kursor cədvəlin son xanasında olarsa, cədvələ yeni sətrin əlavə olunması üçün hansı düymədən istifadə etmək lazımdır?
A) Enter B) Probel C) Esc
D) End E) Tab

198. Bu əmrlərdən hansı növbəti səhifəyə keçməyə imkan verir?
A) Ctrl+ Page Down B) PageUp C) Page Down
D) Ctrl+ Page Up E) Alt+Shift

bilikliol.az

199. Bu əmrlərdən hansı əvvəlki səhifəyə keçməyə imkan verir?
A) PageUp B) Page Down C) Ctrl+ Page Down
D) Ctrl+ PageUp E) Heç biri

200. Nərgiz 3 absazlı mətn üzərində redaktə əməliyyatları aparmaq qərarına gəldi.
1ci abzas-☺
2ci abzas-♥
3cü abzas-♫

1. Nərgiz ilk öncə 2-ci abzası Ctrl+C edib 1-ci abzasın qarşısında 2 dəfə Ctrl+V etdi.
2. Daha sonra 3-cü abzası seçib Ctrl+X edib 2-ci abzasdan sonra Ctrl+V etdi.
3. 2-ci abzası seçdi və backspace düyməsini sıxdı.

Bu əməliyyatlardan sonra abzaslar ardıcıllığı necə olacaq?
A) ☺♥♫♫
B) ♥♥♫
C) ♥♥☺
D) ☺♫♥
E) ♫♥☺

201. MS Word-də aşağıdakı panel necə adlanır?

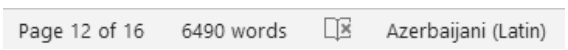

A) Quick Access Bar B) Status Bar C) Language Bar
D) Toolas Bar E) Space Bar

202. Header and Footer yaratmaq üçün hansı lent tabından istifadə edilir?
A) İnsert B) Home C) Rewiew
D) Page Layout E) Layout

203. Sənədin redaktəsi yeni daxil edilən mətn fraqmentinin əvvəlki mətn fraqmentini əvəz etməsi ilə nəticələnərsə, aşağıdakılardan hansı bu rejimdən çıxmağa imkan verir ?
A) Ctrl+Z düymələr kombinasiyasını basmaqla
B) Ctrl düyməsi və ya vəziyyət sətrindəki Overtype rejimini passivləşdirməklə
C) Shift düyməsilə və ya vəziyyət sətrindəki Overtype rejimini passivləşdirməklə
D) İnsert düyməsilə və ya vəziyyət sətrindəki Overtype rejimini passivləşdirməklə
E) Backspace düyməsilə və ya vəziyyət sətrindəki Overtype rejimini passivləşdirməklə

204. 12 səhifəli sənədin Find and Replace pəncərəsinin Go to keçidində page bölməsində 5 yazıb təsdiqləsək, hansı səhifə göstəriləcək?
A) 12 B) 5 C) 17 D) 7 E) 1

205. 37 səhifəli sənədin 35-ci səhifəsinin Find and Replace pəncərəsinin Go to keçidində page bölməsində +4 yazıb təsdiqləsək, hansı səhifə göstəriləcək?
A) 37 B) 4 C) 41 D) 11 E) 1

206. 23 səhifəli sənədin 23-cü səhifəsində Find and Replace pəncərəsinin Go to keçidində page bölməsində -10 yazıb təsdiqləsək, hansı səhifə göstəriləcək?
A) 23 B) 10 C) 33 D) 13 E) 1

207. 61 səhifəli sənədin hansı səhifəsində Find and Replace pəncərəsinin Go to keçidində page bölməsində +3 yazsaq, 20-ci səhifə açılar?
A) 17 B) 23 C) 61 D) 58 E) 64

208. 77 səhifəli sənədin hansı səhifəsində Find and Replace pəncərəsinin Go to keçidində page bölməsində -7 yazsaq, 70-ci səhifə açılar?
A) 77 B) 7 C) 17 D) 49 E) 84

209. 25 səhifəli sənədin hansı səhifəsində Go to pəncərəsinə +6 yazsaq, 21-ci səhifə görünər?
A) 6 B) 5 C) 15 D) 16 E) 31

210. 60 səhifəlik sənədin cari səhifəsində Find and Replace dialoq pəncərəsinin Go To keçid sahəsində +17 yazısı sənədin 36-cı səhifəsinə keçidi təmin edir. Cari səhifəni tapın.
A) 24 B) 43 C) 77 D) 53 E) 19

211. Hansı piktoqram digərləri ilə eyni qrupda yerləşmir?
A) 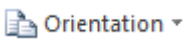

B) 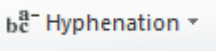

C) 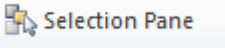

D)

E) 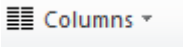

212. Hansı piktoqram digərləri ilə eyni qrupda yerləşmir?
A) 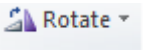

B) 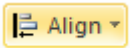

C) 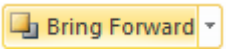

D) 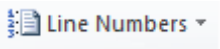

E) 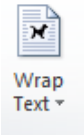

213. Şəkildəki qrup hansı tab vərəqində yerləşir?
A) Layout
B) Format
C) Design
D) References
E) Table Design

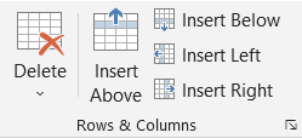

214. Şəkildəki əmrlər hansı qrupda yerləşir?
A) Font B) Media
C) Illustration D) Text
E) Styles

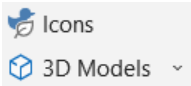

215. Şəkildəki əmr hansı qrupda yerləşir?
A) Font B) Media
C) Illustration D) Text
E) Styles

216. Şəkildəki əmr hansı qrupda yerləşir?
A) Tables B) Page Setup
C) Illustration D) Header & Footer
E) Styles

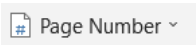

217. Şəkildəki fraqment hansı taba aiddir?
A) Home B) Insert
C) Design D) Layout
E) Data

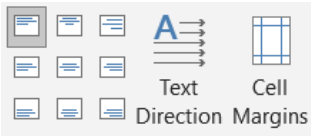

218. Şəkildəki əmr hansı tabda yerləşir?
A) Insert B) Review
C) Design D) Home
E) References

bilikliol.az

219. Şəkildəki qrup hansı tabda yerləşir?

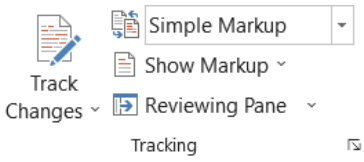

A) Insert
B) Review
C) Design
D) Home
E) References

220. Şəkildəki fraqment hansı lent başlığına aiddir?

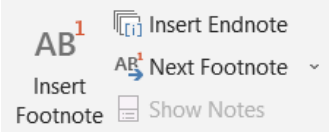

A) Mailings
B) Insert
C) Design
D) Layout
E) References

221. Şəkildəki fraqment hansı lent başlığına aiddir?

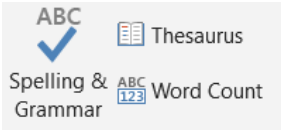

A) Mailings
B) Insert
C) Review
D) Layout
E) References

222. Bir səhifədə maksimum neçə səhifə çap etmək olar?
A) 2 B) 4 C) 6 D) 8 E) 16

223. Word mətn prosessorunda sənədin *5.9.15.16.17.18.19.20.31.32.33*-cü səhifələrini çap etmək üçün Print (Çap) pəncərəsində səhifələri hansı üsulla seçmək daha səmərəlidir?
A) Print Selection (Seçimi çap et)
B) Pages (Səhifələr) bölməsində 5.9.15-20.31-33 yazmaqla
C) Pages (Səhifələr) bölməsində 5.9.15-33 yazmaqla
D) Pages (Səhifələr) bölməsində 5-33 yazmaqla
E) Print Current Page (Cari səhifəni çap et) əmrini icra etməklə

224. Sənəd şəkildəki parametrlərlə çapa verilmişdir. Neçə çap vərəqi lazımdır?

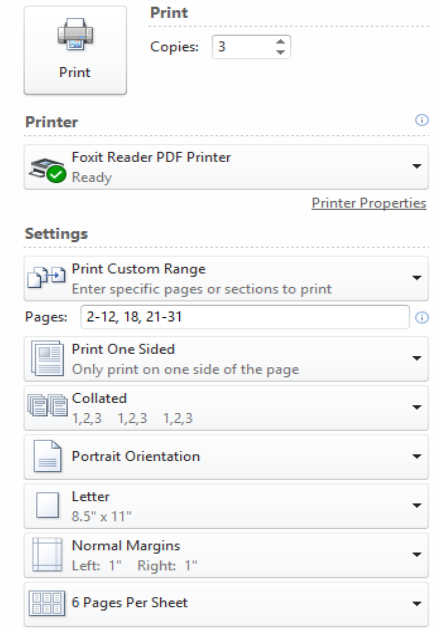

A) 22
B) 12
C) 8
D) 4
E) 18

225. Sənəd şəkildəki kimi çapa verilmişdir. Çap üçün neçə vərəq lazımdır?

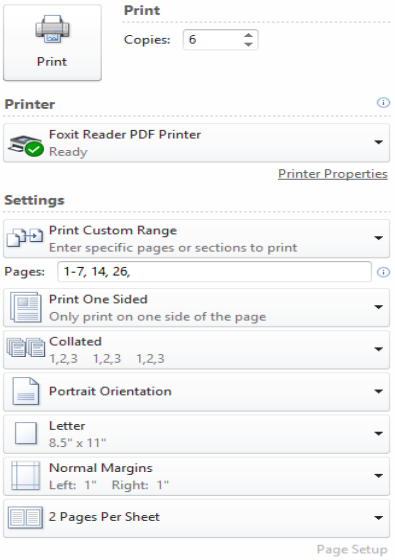

A) 28
B) 30
C) 16
D) 22
E) 36

226. 40 Səhifəlik sənəd aşağıdakı kimi çapa verilmişdir. Çap üçün neçə vərəq lazımdır?

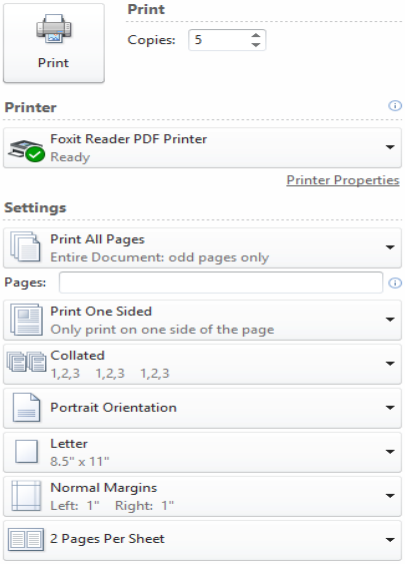

A) 100
B) 50
C) 40
D) 120
E) 60

227. Sənəd şəkildəki kimi çapa verilmişdir. Neçə çap vərəqi lazımdır?

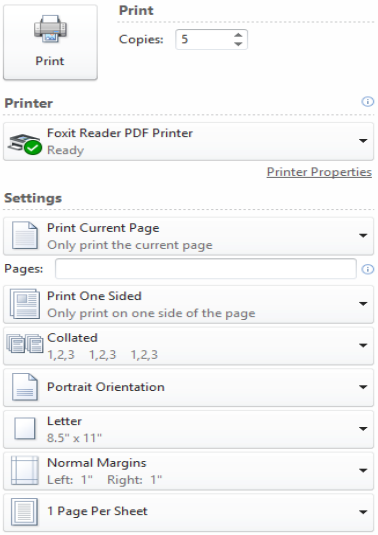

A) 12
B) 10
C) 5
D) 7
E) 18

bilikliol.az

228. 20 səhifəlik sənəd şəkildəki kimi çapa verilmişdir. Neçə çap vərəqi lazımdır?

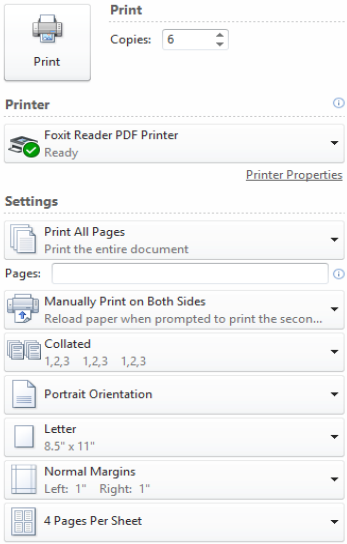

A) 20
B) 16
C) 18
D) 12
E) 24

229. Sənəd şəkildəki kimi çapa vurulmuşdur. Çap üçün neçə çap vərəqi lazımdır?

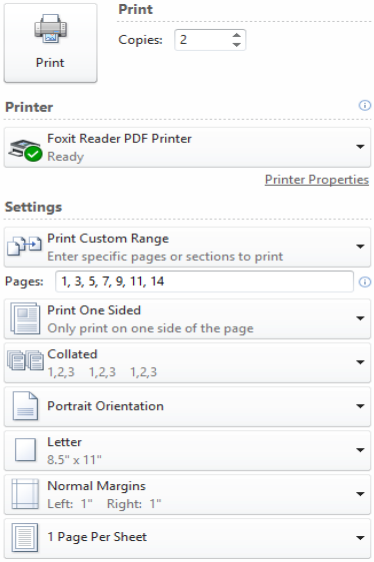

A) 7
B) 10
C) 14
D) 17
E) 22

230. 30 səhifəlik sənəd şəkildəki kimi çapa verilmişdir. Çap üçün neçə vərəq lazımdır?

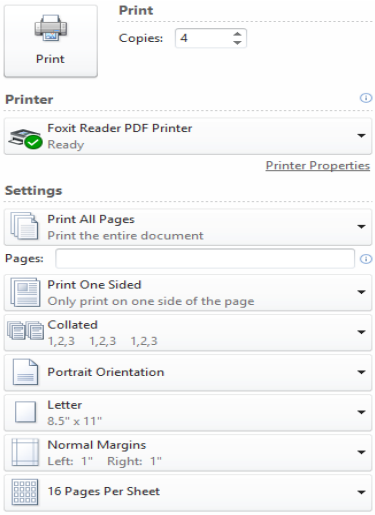

A) 16
B) 4
C) 8
D) 12
E) 18

bilikliol.az

MS Word 2019

1.	E		51.	B		101.	A		151.	E		201	B
2.	A		52.	B		102.	D		152.	D		202	A
3.	D		53.	A		103.	A		153.	B		203	D
4.	B		54.	D		104.	A		154.	C		204	B
5.	B		55.	A		105.	B		155.	B		205	A
6.	D		56.	B		106.	C		156.	E		206	D
7.	D		57.	B		107.	B		157.	C		207	A
8.	B		58.	E		108.	A		158.	A		208	A
9.	D		59.	C		109.	C		159.	D		209	C
10.	D		60.	B		110.	B		160.	E		210	E
11.	E		61.	C		111.	C		161.	B		211	C
12.	A		62.	E		112.	B		162.	C		212	D
13.	D		63.	A		113.	B		163.	A		213	A
14.	B		64.	A		114.	A		164.	E		214	C
15.	D		65.	C		115.	B		165.	A		215	B
16.	C		66.	C		116.	E		166.	D		216	D
17.	B		67.	A		117.	C		167.	E		217	D
18.	E		68.	E		118.	A		168.	D		218	D
19.	C		69.	A		119.	A		169.	C		219	B
20.	A		70.	B		120.	B		170.	A		220	E
21.	D		71.	B		121.	D		171.	A		221	C
22.	C		72.	D		122.	A		172.	B		222	E
23.	C		73.	A		123.	C		173.	D		223	B
24.	D		74.	B		124.	E		174.	A		224	B
25.	C		75.	B		125.	E		175.	D		225	B
26.	E		76.	E		126.	B		176.	A		226	B
27.	A		77.	C		127.	C		177.	C		227	C
28.	A		78.	B		128.	D		178.	C		228	C
29.	C		79.	B		129.	B		179.	B		229	C
30.	D		80.	A		130.	A		180.	B		230	C
31.	D		81.	C		131.	B		181.	D			
32.	B		82.	B		132.	E		182.	C			
33.	E		83.	C		133.	C		183.	E			
34.	B		84.	B		134.	D		184.	E			
35.	D		85.	C		135.	E		185.	A			
36.	C		86.	D		136.	E		186.	C			
37.	E		87.	B		137.	A		187.	C			
38.	E		88.	C		138.	A		188.	A			
39.	E		89.	D		139.	D		189.	C			
40.	C		90.	A		140.	E		190.	C			
41.	D		91.	E		141.	E		191.	E			
42.	D		92.	C		142.	B		192.	E			
43.	A		93.	C		143.	E		193.	E			
44.	C		94.	A		144.	E		194.	E			
45.	D		95.	C		145.	D		195.	C			
46.	B		96.	D		146.	A		196.	C			
47.	E		97.	E		147.	B		197.	E			
48.	A		98.	C		148.	C		198.	A			
49.	E		99.	B		149.	A		199.	D			
50.	B		100	A		150.	A		200.	C			